ଅଭ୍ୟାସ

୧ । **ଠିକ୍ ଉକ୍ତିର ଡାହାଣ ପାର୍ଶ୍ୱରେ (✓) ଚିହ୍ନ ଓ ଭୁଲ ଉକ୍ତିର ଡାହାଣ ପାର୍ଶ୍ୱରେ (✗) ଚିହ୍ନ ଦିଅ ।**

(କ) ପ୍ରାଥମିକ ଚିକିତ୍ସା କେବଳ ଡାକ୍ତରଙ୍କ ଦ୍ୱାରା କରାଯାଇଥାଏ । ☐

(ଖ) ଥର୍ମୋମିଟରରେ ଶରୀରର ତାପମାତ୍ରା ମପାଯାଇଥାଏ । ☐

(ଗ) ଶିଶୁକୁ ତରଳଝାଡ଼ା ହେଉଥିଲେ ପାଣି ପିଇବାକୁ ଓ ଖାଇବାକୁ ଦିଆଯାଏ ନାହିଁ । ☐

(ଘ) ନାକରୁ ରକ୍ତ ପଡ଼ିଲେ ପାଟି ଦ୍ୱାରା ଶ୍ୱାସକ୍ରିୟା କରାଯାଏ । ☐

(ଙ) ପାଣିରେ ବୁଡ଼ିଯାଇଥିବା ଲୋକକୁ ଉପରକୁ ଆଣି ଚିତ୍ କରି ଶୁଆଇବା । ☐

୨ । ପ୍ରାଥମିକ ଚିକିତ୍ସା ବାକ୍ସରେ ରଖାଯାଇଥିବା ତିନୋଟି ଜିନିଷର ନାମ ଲେଖ ।

________ ________ ________

୩ । ଥର୍ମୋମିଟର ଚିତ୍ର ଅଙ୍କନ କର ।

୪ । କାରଣ ଦର୍ଶାଅ :-

(କ) ଥର୍ମୋମିଟରକୁ ଜିଭ ତଳେ ବା କାଖ ସନ୍ଧିରେ ୨ ମିନିଟ୍‌ରୁ କମ୍ ସମୟ ରଖାଯାଏ ନାହିଁ ।

(ଖ) ସାପ କାମୁଡ଼ିଥିଲେ କ୍ଷତ ଜାଗାର ଉପର ଓ ତଳ ଅଂଶକୁ ବାନ୍ଧି ଦିଆଯାଏ ।

୫ । କ'ଣ କରିବ ଲେଖ :-

(କ) ଆଙ୍ଗୁଠି ନିଆଁରେ ପୋଡ଼ିଗଲେ-

(ଖ) ପିଲାଟିଏ ପାଣିରେ ବୁଡ଼ି ଯାଉଥିଲେ-

(ଗ) ମୁଣ୍ଡ ଫାଟିଗଲେ-

ଘରେ କରିବା ପାଇଁ କାମ :-

ଅଂଶୁଘାତ ସମୟରେ କି କି ପ୍ରାଥମିକ ଚିକିତ୍ସାର ବ୍ୟବସ୍ଥା କରାଯାଏ ଡ୍ରଇଁ ସିଟ୍‌ରେ ଲେଖି ବିଦ୍ୟାଳୟ କାନ୍ଥରେ ଲଗାଅ ।

AXTH45

ଷୋଡଶ ଅଧ୍ୟାୟ

ସମସ୍ତେ ଏକାପରି ନୁହଁନ୍ତି

ପରିବେଶ ସହ ଖାପଖୁଆଇ ଚଳିବା ପାଇଁ ପ୍ରତ୍ୟେକ ଜାତିର ପ୍ରାଣୀ ଓ ଉଦ୍ଭିଦମାନଙ୍କର କେତେକ ବିଶିଷ୍ଟ ଗୁଣ ଥାଏ । ବାସସ୍ଥାନ ଅନୁଯାୟୀ ବିଶିଷ୍ଟ ଗୁଣରେ ପ୍ରଭେଦ ଥାଏ । ଉଦାହରଣ ସ୍ୱରୂପ – ମାଛର ବିଶେଷଗୁଣଗୁଡ଼ିକ ଜଳରେ ରହିବା ପାଇଁ ଉପଯୋଗୀ । ସେହିପରି ମରୁଭୂମି ଓଟ ପାଇଁ ଉପଯୋଗୀ । ଆସ, ଏହି ବିଷୟରେ ଅଧିକ କଥା ଜାଣିବା ।

ଜଳରେ ରହିବା ପାଇଁ ବିଶେଷ ଗୁଣ-

ମାଛ

ଆକ୍ୱାରିୟମ୍ (ଜଳାଧାର)

ଆକ୍ୱାରିୟମ୍ ବା ପାଣିବୋତଲରେ ଥିବା ଏକ ମାଛର ଗତିବିଧିକୁ ଲକ୍ଷ୍ୟ କର ।

ତୀର ଚିହ୍ନ ଦ୍ୱାରା ଚିହ୍ନିତ ହୋଇଥିବା ଅଂଶ ମାଛର କେଉଁ ଅଂଶ ଲେଖ ।

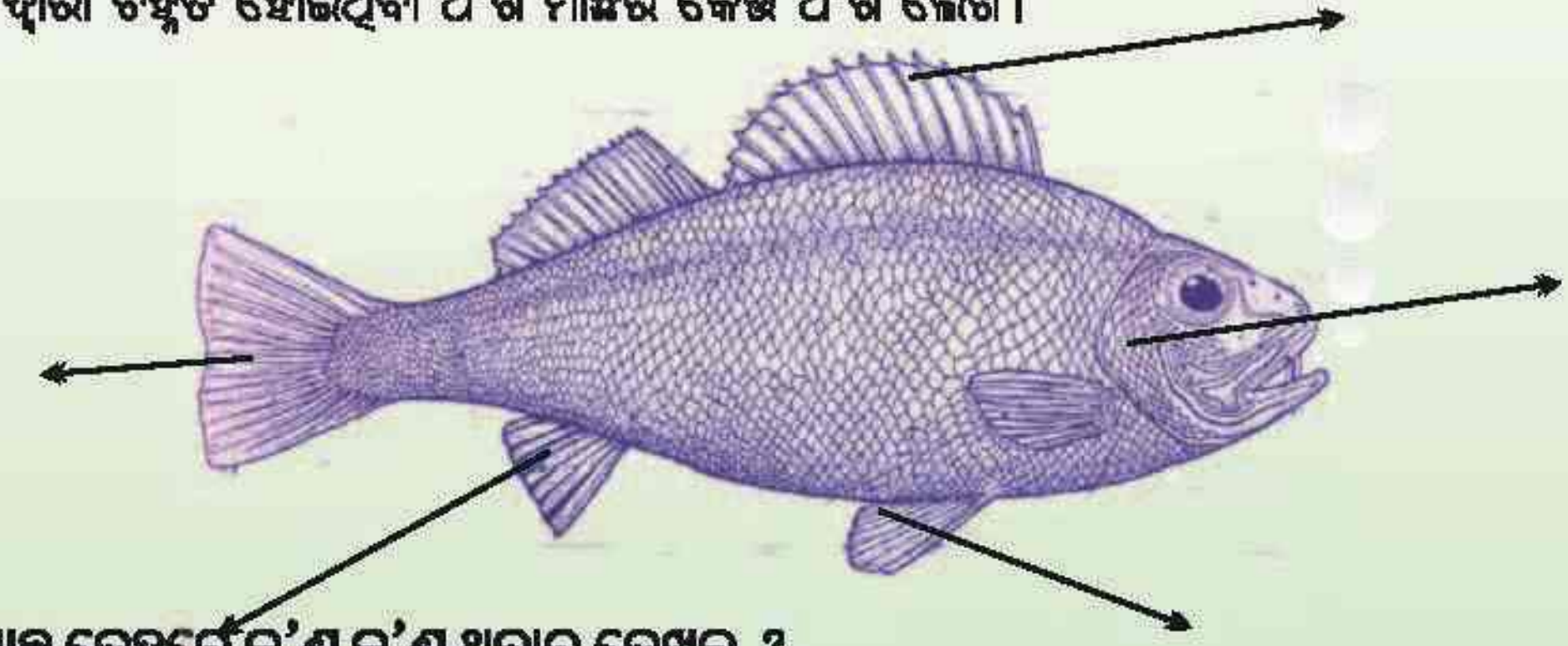

■ ମାଛ ଦେହରେ କ'ଣ କ'ଣ ଥିବାର ଦେଖିଲ ?

ମାଛର ପାଟିକୁ ଲକ୍ଷ୍ୟ କର । ପାଣିରେ ପହଁରୁଥିବା ସମୟରେ ମାଛ ତା' ପାଟିକୁ ଖୋଲୁଛି ଓ ବନ୍ଦ କରୁଛି । ଆମେ ଜାଣିଛେ ସମସ୍ତ ଜୀବ ଶ୍ୱାସକ୍ରିୟାରେ ଅମ୍ଳଜାନ ଗ୍ରହଣ କରନ୍ତି । ତେବେ କହିଲ ଦେଖି- ମାଛ ଅମ୍ଳଜାନ କିପରି ପାଇଥାଏ ? ମାଛର କେଉଁ ଅଂଶ ତା'ର ଶ୍ୱାସକ୍ରିୟାରେ ସାହାଯ୍ୟ କରେ ?-----------------------------------

ପାଣିରେ ଅମ୍ଳଜାନ ଦ୍ରବୀଭୂତ ଅବସ୍ଥାରେ ଥାଏ । ମାଛ ପାଟି ମେଲା କରିବା ସମୟରେ ପାଣି ତା' ପାଟିବାଟେ ପଶିଥାଏ । ପାଣିରୁ ଏହି ଅମ୍ଳଜାନକୁ ମାଛ ଗାଲିସି ଦ୍ୱାରା ଗ୍ରହଣ କରି ନିଜର ଶ୍ୱାସକ୍ରିୟା କରିଥାଏ । ମାଛ ଆମ ପରି ବାୟୁମଣ୍ଡଳରୁ ସିଧାସଳଖ ଅମ୍ଳଜାନ ନେଇ ଶ୍ୱାସକ୍ରିୟା କରିପାରେ ନାହିଁ। ମାଛର ଲାଞ୍ଜ ଓ ପକ୍ଷ, ତା'ର ପହଁରିବା ଓ ପହଁରିବା ସମୟରେ ଦିଗ ପରିବର୍ତ୍ତନ କରିବାରେ ସାହାଯ୍ୟ କରେ ।

ମାଛ ଗାଲିସି

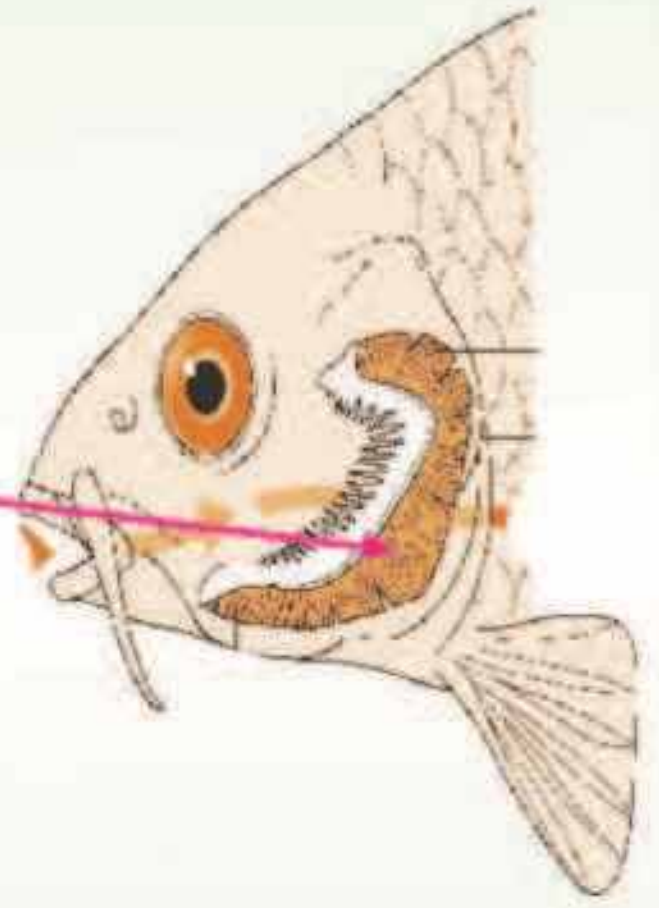

- ଚିନ୍ତା କରି ଲେଖ, ମାଛକୁ ପାଣିରୁ କାଢ଼ିଲେ ମରିଯାଏ କାହିଁକି ?

- କଉମାଛ ପାଣିରୁ ଉଠିଆସି ଗଛରେ ଚଢ଼ିଯାଏ । ଏହା ସତ କିମ୍ବା ମିଛ, କାରଣ ଲେଖ ।-------------------

----

- ଆମେ ପାଣିରେ ବୁଡ଼ି ରହିଲେ ବଂଚିପାରିବା ନାହିଁ, କାହିଁକି ? ଆଲୋଚନା କରି ଲେଖ ।

ସ୍ଥଳରେ ରହିବା ପାଇଁ ପଶୁମାନଙ୍କର ବିଶେଷ ଗୁଣ



ବାଘ

ବାଘର ନଖ ଓ ପଞ୍ଝା

ବାଘ କେଉଁଠାରେ ରହେ ?

ବାଘର ବିଶେଷ ଗୁଣ ହେଲା, ତାହାର ଗୋଡ଼ ବଳିଷ୍ଠ ଓ ଶକ୍ତ, ସେଥିରେ ତୀକ୍ଷ୍ଣ ନଖ ଥାଏ । ତା'ର ଆଗ ଦାନ୍ତଗୁଡ଼ିକ ମଧ୍ୟ ତୀକ୍ଷ୍ଣ । ଜଙ୍ଗଲରେ ଥିବା ପଶୁମାନଙ୍କୁ ଶିକାର କରିବାରେ ତା'ର ବଳିଷ୍ଠ ଗୋଡ଼, ଶକ୍ତ ନଖ ଓ ତୀକ୍ଷ୍ଣ ଦାନ୍ତ ସାହାଯ୍ୟ କରେ । ଏଥି ସହିତ ବାଘ ଶରୀରରେ ପଟାପଟା ଦାଗ ଥିବାରୁ ସେ ଜଙ୍ଗଲର ଗଛପତ୍ର ମଧ୍ୟରେ ଲୁଚି ରହିପାରେ । ଫଳରେ ତାକୁ ଶିକାର କରିବାରେ ସୁବିଧା ହୁଏ ।



ଓଟ

ତୁମେ ବାଲିରେ କେବେ ଚାଲିଛ କି ? ବାଲିରେ ଚାଲିବା ସମୟରେ ତୁମେ କ'ଣ ଅନୁଭବ କର ?

ଆମେ ବାଲିରେ ଚାଲିଲେ କଷ୍ଟ ଅନୁଭବ କରୁଥିବା ବେଳେ ମରୁଭୂମିରେ ଓଟ ସହଜରେ କିପରି ଚଳପ୍ରଚଳ ହୋଇପାରେ ? ସାଙ୍ଗମାନଙ୍କ ସହିତ ଆଲୋଚନା କରି ଲେଖ ।

- ଓଟର ପାଦ ଓସାରିଆ ଓ ଗୋଟାଳିଆ ହୋଇଥିବାରୁ ତା'ର ଗୋଡ଼ ବାଲିରେ ପୋତି ହୁଏ ନାହିଁ ।
- ଓଟର ମୋଟା ଚର୍ମ ମରୁଭୂମିର ଗରମ ଓ ଥଣ୍ଡାରୁ ତାକୁ ରକ୍ଷା କରିଥାଏ ।
- ମରୁଭୂମିରେ ଥିବା କଣ୍ଟାଜାତୀୟ ଗଛକୁ ଓଟ ଖାଇଥାଏ ।
- ଓଟ ପିଠିରେ କୁଜ ଥାଏ । ଏଥିରେ ଚର୍ବି ରୂପରେ ଖାଦ୍ୟ ସଞ୍ଚିତ ହୋଇଥାଏ । ଏତଦ୍‌ବ୍ୟତୀତ ତା'ର ପାକସ୍ଥଳୀ ପାଖରେ ଥିବା ଥଳିରେ ପାଣି ସଞ୍ଚିତ ହୋଇ ରହିଥାଏ ।
- ଖାଦ୍ୟ ଓ ଜଳର ଅଭାବ ହେଲେ ତାହାର ସଞ୍ଚିତ ଖାଦ୍ୟ ଓ ଜଳକୁ ବ୍ୟବହାର କରି ଓଟ ୬ ରୁ ୧୦ ଦିନ ପର୍ଯ୍ୟନ୍ତ ରହିପାରେ ।

ତୁମେ ଜାଣିଛ କି ?

ମରୁଭୂମିର ଅଧିବାସୀମାନେ ଓଟ ପିଠିରେ ଜିନିଷପତ୍ର ନେବା ଆଣିବା କରୁଥିବାରୁ ଓଟକୁ ମରୁଭୂମିର ଜାହାଜ ବୋଲି କୁହାଯାଏ ।

ଓଟର ପାଦ ମରୁଭୂମିରେ ଚାଲିବାପାଇଁ କିପରି ସାହାଯ୍ୟ କରେ ?

ଚିନ୍ତା କରି ଲେଖ

ଠେକୁଆର ଲମ୍ବା କାନ ତାକୁ ବହୁତ ଦୂରରୁ ଆସୁଥିବା ଶବ୍ଦକୁ ଶୁଣିବାରେ ସାହାଯ୍ୟ କରେ । ତେବେ କହିଲ ଦେଖି, ଠେକୁଆ କିପରି ଶତ୍ରୁ କବଳରୁ ନିଜକୁ ରକ୍ଷା କରେ ?



ମାଙ୍କଡ଼ ଡାଳରୁ ଡାଳ ଡେଇଁ ଫଳମୂଳ ଖାଉଥିବାର ଦେଖିଥିବ । ତା'ର ପଛଗୋଡ଼ ଦୁଇଟି ଅଧିକ ଲମ୍ବା ହୋଇଥିବାରୁ ସେ ଡାଳରୁ ଡାଳକୁ ସୁବିଧାରେ ଡେଇଁପାରେ । ତା'ର ପ୍ରତି ଗୋଡ଼ର ବୁଢ଼ା ଆଙ୍ଗୁଳି ଅନ୍ୟ ଆଙ୍ଗୁଳିଗୁଡ଼ିକର ମୂଳକୁ ଛୁଇଁପାରେ । ଫଳରେ ସେ ଚାରୋଟି ଯାକ ଗୋଡ଼କୁ ହାତଭଳି ବ୍ୟବହାର କରିପାରେ । ତେଣୁ ଡାଳ ଧରିବା ଓ ଗଛ ଚଢ଼ିବାରେ ତାକୁ ସୁବିଧା ହୁଏ ।

ମାଙ୍କଡ଼

ତୁମ ହାତର ବୁଢ଼ା ଆଙ୍ଗୁଳି ଅନ୍ୟ ଆଙ୍ଗୁଳିର ମୂଳକୁ ଛୁଇଁ ପାରୁଛି କି ନାହିଁ, ଦେଖ । ଗୋଡ଼ରେ ବୁଢ଼ାଆଙ୍ଗୁଳି ଅନ୍ୟ ଆଙ୍ଗୁଳିକୁ ଛୁଇଁ ଥାଏ କି ? ନିଜେ କରି ଦେଖ ।

■ ଗୋଟିଏ ଗଛରୁ ଆଉ ଗୋଟିଏ ଗଛକୁ ଡେଇଁବା ସମୟରେ ମାଙ୍କଡ଼ ପଡ଼ିଯାଏ ନାହିଁ କାହିଁକି ?



ଗୁଡ଼ି ଉଡ଼ୁଛି

ଚଢ଼େଇ ଉଡ଼ୁଛି

ଉଡ଼ାଜାହାଜ ଉଡ଼ୁଛି

ଆକାଶରେ କ'ଣ ସବୁ ଉଡ଼ିବାର ଦେଖିଛ ?

ଏଗୁଡ଼ିକ ମଧ୍ୟରୁ କେଉଁଗୁଡ଼ିକ ନିଜେ ଉଡ଼ିପାରନ୍ତି ଓ କେଉଁଗୁଡ଼ିକ ଅନ୍ୟର ସହାୟତାରେ ଉଡ଼ନ୍ତି ?

ପକ୍ଷୀର କେଉଁ ସବୁ ବିଶେଷ ଗୁଣ ଥିବାରୁ ସେ ଆକାଶରେ ଉଡ଼ିପାରେ, ଆସ ସେ ବିଷୟରେ ଆଲୋଚନା କରିବା:-

- ପକ୍ଷୀମାନଙ୍କର ହାଡ଼ ହାଲୁକା ।
- ପକ୍ଷୀମାନଙ୍କର ଦୃଷ୍ଟି ଶକ୍ତି ଅତି ପ୍ରଖର ।
- ପକ୍ଷୀମାନଙ୍କର ଡେଣା ଓ ପର ଉଡ଼ିବାରେ ସହାୟକ ହୁଏ ।
- ପକ୍ଷୀର ଲାଞ୍ଜ ଦିଗ ପରିବର୍ତ୍ତନ କରାଏ ।
- ପକ୍ଷୀମାନେ ଅତି ଉଚ୍ଚରେ ଥିଲେ ମଧ୍ୟ ନିଜ ଖାଦ୍ୟକୁ ଠାବ କରିପାରନ୍ତି, କାହିଁକି ?

ଚିନ୍ତା କରି କୁହ, ମଣିଷ କାହିଁକି ପକ୍ଷୀ ପରି ଆକାଶରେ ଉଡ଼ିପାରୁନି ?

- ତୁମେ କେଉଁ ସମୟରେ ଶୀତବସ୍ତ୍ର ପରିଧାନ କରିଥାଅ ଓ କାହିଁକି ?
- କୁକୁର, ବିଲେଇ ଓ ଭାଲୁ ଇତ୍ୟାଦି ପ୍ରାଣୀ ପୋଷାକ ପିନ୍ଧନ୍ତି ନାହିଁ । ତେବେ ସେମାନେ ବିନା ପୋଷାକରେ କିପରି ଶୀତରୁ ନିଜକୁ ରକ୍ଷା କରନ୍ତି ?

ଗାଈ

ଚମରୀ ଗାଈ

ଚିତ୍ର ଦେଖି ଲେଖ, କାହା ଦେହରେ ଅଧିକ ଲୋମ ?________________________

ଚମରୀ ଗାଈ ହିମାଳୟ ଏବଂ ତାହାର ପାର୍ଶ୍ୱବର୍ତ୍ତୀ ଅଂଚଳମାନଙ୍କରେ ରହେ । ତା'ର ଦେହରେ ବହୁତ ଘନ ଓ ଲମ୍ବା ଲୋମ ଥାଏ । ସେହିପରି ଥଣ୍ଡା ଅଂଚଳରେ ଥିବା ପ୍ରାଣୀମାନଙ୍କ ଦେହରେ ଅଧିକ ଘନ ଓ ଲମ୍ବାଳିଆ ଲୋମ ଥାଏ । ସେମାନଙ୍କ ଚମଡ଼ା ତଳେ ଅଧିକ ଚର୍ବି ଥିବାରୁ ଅତ୍ୟଧିକ ଥଣ୍ଡାରୁ ନିଜକୁ ରକ୍ଷା କରିଥାଆନ୍ତି ।

ଶିକ୍ଷକଙ୍କ ସହିତ କିମ୍ବା ବାପା ମା'ଙ୍କ ସହିତ ପଦ୍ମଫୁଲ କିମ୍ବା କଇଁଫୁଲ ଫୁଟିଥିବା ପୋଖରୀକୁ ବୁଲିଯାଅ । ମନ୍ଦାରଗଛ ସହ କଇଁ ବା ପଦ୍ମ ଗଛକୁ ତୁଳନା କର ।

କଇଁ

ମନ୍ଦାର

- ପଦ୍ମ / କଇଁ ଫୁଲର ଡେମ୍ଫକୁ ଭାଙ୍ଗ ଓ ମନ୍ଦାର ଡାଳକୁ ଭାଙ୍ଗି ଦେଖ । କ'ଣ ପାର୍ଥକ୍ୟ ଦେଖିଲ, ଲେଖ ।

- ଉଭୟ ଗଛର ପତ୍ର ମଧ୍ୟରେ କି ପାର୍ଥକ୍ୟ ଦେଖୁଛ, ଲେଖ ।

- ପଦ୍ମ / କଇଁ ଗଛକୁ ଆଣି ଗୋଟିଏ ପାଣି ବାଲ୍‌ଟି ଭିତରେ ବୁଡ଼ାଇବାକୁ ଚେଷ୍ଟା କର । କ'ଣ ଅନୁଭବ କରୁଛ ?
- ଏହାର ଚେରଗୁଡ଼ିକ ଅନ୍ୟ ଉଦ୍ଭିଦ ତୁଳନାରେ ବିକଶିତ ନୁହେଁ, କିନ୍ତୁ ପତ୍ରର ଡେମ୍ଫଗୁଡ଼ିକ ଲମ୍ବା, ନରମ ଓ ଫମ୍ପା ।
- ପତ୍ରର ଉପର ପୃଷ୍ଠରେ ପତ୍ରଛିଦ୍ର ବା ଷ୍ଟୋମ ରହିଥାଏ । ଫଳରେ ପତ୍ର ବାୟୁମଣ୍ଡଳରୁ ବାୟୁ ଗ୍ରହଣ କରିପାରେ ।
- ପତ୍ରର ଉପରି ଭାଗ ମହମ ଭଳି ତେଲିଆ ହୋଇଥିବାରୁ ସେଥିରେ ପାଣି ଲାଗି ରହେ ନାହିଁ । ଆଚ୍ଛା କହିଲ ଦେଖି , କଇଁ/ପଦ୍ମ ସ୍ଥଳଭାଗରେ ରହିପାରିବ କି ନାହିଁ ଓ କାହିଁକି ?



ନାଗଫେଣୀ

ଗୋଲାପ



କ୍ୟାକ୍ଟସ୍

ଦୁଇଟି ଯାକ ଚିତ୍ରରେ ଫୁଲ, ପତ୍ର, କାଣ୍ଡକୁ ଦର୍ଶାଅ ।

ନାଗଫେଣୀ ପରି ଆଉ କେତେକ କଣ୍ଟାଜାତୀୟ ଗଛର ନାମ ଲେଖ ।

- ମରୁଭୂମିରେ ଅଧିକ ପରିମାଣରେ କଣ୍ଟାଜାତୀୟ ଗଛ ଦେଖାଯାଏ, ଯଥା-ନାଗଫେଣୀ,ଝାଉଁ,ସିଜୁ,ସପ୍ତଫେଣୀ, ଘିକୁଆଁରୀ ଇତ୍ୟାଦି ।
- ନାଗଫେଣୀ ଓ ସିଜୁଜାତୀୟ ଗଛଗୁଡ଼ିକର କାଣ୍ଡ ସବୁଜ, ଶକ୍ତ, ଓସାରିଆ ଓ ମାଂସଳ ହୋଇଥିବାରୁ ଏହା ଜଳ ସଞ୍ଚିତ କରି ରଖିପାରେ ଓ ଖାଦ୍ୟ ପ୍ରସ୍ତୁତିରେ ସାହାଯ୍ୟ କରେ ।
- ଏହାର ପତ୍ର ନଥାଏ । କିନ୍ତୁ କଣ୍ଟା ଥାଏ । ଏହି କଣ୍ଟା ହେଉଛି ପତ୍ରର ଅନ୍ୟ ରୂପ ,ଏହି କଣ୍ଟା, ଗଛକୁ ପଶୁଙ୍କ ଦାଉରୁ ରକ୍ଷାକରେ ଓ ଜଳ ବାଷ୍ପୀଭୂତ ହୋଇପାରେନାହିଁ । ତେଣୁ ମାରୁଭୂମିରେ କଣ୍ଟା ଗଛ ଅଧିକ ଦେଖାଯାଏ ଓ ଅଧିକ ବଞ୍ଚିରହେ ।

ଆମେ କ'ଣ ଶିଖିଲେ-

- ପରିବେଶ ସହିତ ଖାପଖୁଆଇ ଚଳିବା ପାଇଁ ମାଛ ପାଣିରେ ଥିବା ଦ୍ରବୀଭୂତ ଅମ୍ଳଜାନକୁ ଗାଲିସି ଦ୍ୱାରା ଗ୍ରହଣ କରି ଶ୍ୱାସକ୍ରିୟା କରିଥାଏ ।
- ବାଘର ବଳିଷ୍ଠ ଗୋଡ଼, ତୀକ୍ଷଣ୍ ନଖ ,ଦାନ୍ତ ଏବଂ ପଟାପଟା ଦାଗ ଜଙ୍ଗଲରେ ଥିବା ଜୀବଜନ୍ତୁଙ୍କୁ ଶିକାର କରିବାରେ ସାହାଯ୍ୟ କରେ ।
- ଓଟର ଓସାରିଆ ଓ ଗୋଟାଳିଆ ପାଦ, ମୋଟା ଚର୍ମ ଓ ପିଠିରେ ଥିବା କୁଜ ମରୁଭୂମିର ଜଳବାୟୁ ସହିତ ଖାପଖୁଆଇ ଚଳିବା ପାଇଁ ସାହାଯ୍ୟ କରେ ।
- ମାଙ୍କଡ଼ ତା'ର ଚାରୋଟିଯାକ ଗୋଡ଼କୁ ହାତ ପରି ବ୍ୟବହାର କରିପାରେ । ତେଣୁ ଡାଳମାନଙ୍କୁ ଧରିବା ଓ ଗଛ ଚଢ଼ିବାରେ ତାକୁ ସହଜ ହୁଏ ।
- ପକ୍ଷୀମାନଙ୍କର ହାଲୁକା ଦେହ ଓ ପ୍ରଖର ଦୃଷ୍ଟି ଶକ୍ତି ଆକାଶରେ ଉଡ଼ିବାରେ ଏବଂ ଲାଞ୍ଜ ଦିଗ ପରିବର୍ତ୍ତନ କରିବାରେ ସାହାଯ୍ୟ କରେ ।

- ଚମରୀଗାଈର ଲମ୍ବା, ଘନ ଲୋମ ଓ ଚମଡ଼ା ତଳେ ଥିବା ଚର୍ବି ହିମାଳୟ ଅଂଚଳର ଅତ୍ୟଧିକ ଥଣ୍ଡାରୁ ରକ୍ଷା କରେ ।
- ପଦ୍ମ ଫୁଲ ଓ କଇଁ ଫୁଲର ଚେର ବିକଶିତ ନୁହେଁ । ପତ୍ରର ଡେମ୍ଫ ଲମ୍ବା, ନରମ ଓ ଫମ୍ପା । ପତ୍ରର ଉପର ପୃଷ୍ଠରେ ଅନେକ ଛିଦ୍ର ବା ଷ୍ଟୋମ ଥିବା ସହିତ ତାହା ହାତକୁ ମହମ ପରି ତେଲିଆ ଲାଗେ ।
- ନାଗଫେଣୀ, ସିଜୁ ଇତ୍ୟାଦି କଣ୍ଟାଜାତୀୟ ଉଭିଦର କାଣ୍ଡ ଓସାରିଆ, ଶକ୍ତ ଓ ମାଂସଳ ହୋଇଥିବାରୁ ଅଧିକ ଜଳ ସଞ୍ଚିତ କରି ରଖିଥାଏ । ଏହାର ପତ୍ର କଣ୍ଟାରେ ପରିଣତ ହୋଇଥିବା ଯୋଗୁ ପତ୍ର ମଧ୍ୟ ଦେଇ ଅଧିକ ଜଳ ବାୟୁମଣ୍ଡଳକୁ ଯାଇ ନ ଥାଏ । ସେଥିପାଇଁ ମରୁ ଅଂଚଳରେ ଅଧିକ କଣ୍ଟାଜାତୀୟ ଉଭିଦ ଦେଖାଯାଏ ।

ଅଭ୍ୟାସ

୧- ଠିକ୍ ଉତ୍ତରଟି ବାଛ ।

(କ) ମାଛର ଗାଲିସି ସ୍ଥଳଭାଗରେ ଥିବା ପ୍ରାଣୀମାନଙ୍କର କେଉଁ ଅଙ୍ଗ ପରି କାର୍ଯ୍ୟ କରେ ?

(୧) ହୃତ୍‌ପିଣ୍ଡ (୨) ଫୁସ୍‌ଫୁସ୍ (୩) ପାକସ୍ଥଳୀ

(ଖ) ଜଳରେ ବଂଚି ରହିବା ପାଇଁ ମାଛକୁ କେଉଁଟି ସାହାଯ୍ୟ କରେ ?

(୧) ଗାଲିସି (୨) ଲାଞ୍ଜ (୩) କାତି

(ଗ) ମାଛ ସ୍ଥଳଭାଗରେ ମରିଯାଏ । କାରଣ-

(୧) ଶ୍ୱାସକ୍ରିୟା କରିପାରେ ନାହିଁ । (୨) ରକ୍ତ ସଂଚାଳନ ବନ୍ଦ ହୋଇଯାଏ ।

(୩) ଖାଦ୍ୟ ଗ୍ରହଣ କରେ ନାହିଁ ।

(ଘ) ମାଙ୍କଡ଼ର କେଉଁ ଅଙ୍ଗ ଡାଳକୁ ଡାଳ ସହଜରେ ଡେଇଁବା ପାଇଁ ସାହାଯ୍ୟ କରେ ?

(୧) ହାତ (୨) ଗୋଡ଼ (୩) ଲାଞ୍ଜ

୨- କାରଣ ଦର୍ଶାଅ ।

(କ) ଓଟକୁ 'ମରୁଭୂମିର ଜାହାଜ' ବୋଲି କୁହାଯାଏ ।

(ଖ) ଚିଲ ଓ ଶାଗୁଣା ଉପରେ ଉଡ଼ିଲେ ମଧ୍ୟ ତଳେ ଥିବା ସେମାନଙ୍କର ଖାଦ୍ୟକୁ ସହଜରେ ଦେଖିପାରନ୍ତି ।

୩- ପଦ୍ମ ପତ୍ର ପରି ଆଉ କେଉଁ କେଉଁ ପତ୍ର ଉପରେ ପାଣି ଲାଗି ରହେ ନାହିଁ, ଲେଖ ।

୪- ଖାତାରେ ମାଛର ଚିତ୍ର ଅଙ୍କନ କରି ତାହାର ବିଭିନ୍ନ ଅଙ୍ଗର ନାମକରଣ କର ।