ଦ୍ରାଘିମାର ବ୍ୟବଧାନ ୧୮୦° ଓ ସମୟର ବ୍ୟବଧାନ ୧୨ ଘଣ୍ଟା । ମାତ୍ର ମୂଳଦ୍ରାଘିମାଠାରୁ ୧୮୦° ପୂର୍ବକୁ ସମୟ ୧୨ ଘଣ୍ଟା ଆଗେଇବ ଏବଂ ୧୮୦° ପଶ୍ଚିମକୁ ୧୨ ଘଣ୍ଟା ସମୟ ପଛେଇବ । ଅର୍ଥାତ୍ ମୂଳଦ୍ରାଘିମା ବା ଗ୍ରୀନିଚ୍‌ରେ ସମୟ ଯେତେବେଳେ ସୋମବାର ସକାଳ ୭ଟା (7A.M.) ସେତେବେଳେ ଏହି ତାରିଖରେଖାର ଠିକ୍ ୧୮୦°ପଶ୍ଚିମରେ ରବିବାର ସଂଧ୍ୟା ୭ଟା (7P.M.) ପି.ଏମ୍. ଏବଂ ଠିକ୍ ୧୮୦° ପୂର୍ବରେ ସୋମବାର ସଂଧ୍ୟା ୭ଟା (7P.M.) । ଯାହା ଫଳରେ ଯଦି ଗୋଟିଏ ଜାହାଜ ରବିବାର ସଂଧ୍ୟା ୭ଟା ସମୟରେ ପଶ୍ଚିମରୁ ପୂର୍ବକୁ ତାରିଖ ରେଖା ଅତିକ୍ରମ କରେ , ସେ ତା'ର ଘଣ୍ଟାର ତାରିଖ ଓ ସମୟ ବଦଳାଇ ସୋମବାର ସଂଧ୍ୟା ୭ଟା କରିବ । ଏହି ପ୍ରକାରେ ତାରିଖରେଖାର ପଶ୍ଚିମରୁ ପୂର୍ବକୁ ଗଲେ ଗୋଟିଏ ଦିନ ଆଗୁଆ ଏବଂ ପୂର୍ବରୁ ପଶ୍ଚିମକୁ ଗଲେ ଗୋଟିଏ ଦିନ ପଛୁଆ ହୋଇଥାଏ ।

ଏହି ୧୮୦° ଦ୍ରାଘିମାରେଖା ସ୍ଥଳଭାଗ ଓ ଜଳଭାଗ ଉପର ଦେଇ ଯାଇଥାଏ । ଏହା ଏକ ଦ୍ୱୀପ କିମ୍ବା ଦେଶ ମଧ୍ୟଦେଇ ଗଲାବେଳେ ସେଠାରେ ଉକ୍ତ ଦ୍ରାଘିମାର ପୂର୍ବ ଓ ପଶ୍ଚିମ ଉଭୟ ପାର୍ଶ୍ୱରେ ତାରିଖର ତାରତମ୍ୟ ଦେଖାଯାଇଥାଏ । ଏହି ଅସୁବିଧା ଦୂର କରିବା ପାଇଁ ସେହି ଦ୍ୱୀପ ବା ଦେଶଠାରେ ଏହି ଦ୍ରାଘିମାର ଦିଗ ସାମାନ୍ୟ ପରିବର୍ତ୍ତନ କରାଯାଇ ଜଳଭାଗ ଉପରେ ମାନଚିତ୍ରରେ ଦର୍ଶାଯାଇଥାଏ । ଏହି ପରିବର୍ତ୍ତିତ ରେଖାଟି ହିଁ **'ଆନ୍ତର୍ଜାତିକ ତାରିଖ ରେଖା'** ।

ତୁମ ପାଇଁ କାମ

ଆନ୍ତର୍ଜାତିକ ତାରିଖରେଖାର ଉଭୟପାର୍ଶ୍ୱରେ ଥିବା ମୁଖ୍ୟ ଦ୍ୱୀପ ଓ ଦେଶଗୁଡ଼ିକର ତାଲିକା ପ୍ରସ୍ତୁତ କର ।

ଅଭ୍ୟାସ

୧. ନିମ୍ନଲିଖିତ ପ୍ରଶ୍ନଗୁଡ଼ିକର ଉତ୍ତର ସଂକ୍ଷେପରେ ଦିଅ ।

କ) ପୃଥିବୀର କେତୋଟି ତାପମଣ୍ଡଳ ଅଛି ଏବଂ ସେଗୁଡିକର ନାମ କ'ଣ ?

ଖ) ହିମମଣ୍ଡଳର ଉତ୍ତାପ ସବୁଠାରୁ କମ୍ କାହିଁକି ?

ଗ) ସମାକ୍ଷରେଖା ଓ ଦ୍ରାଘିମା ରେଖା କହିଲେ କ'ଣ ବୁଝ ?

ଘ) ଲଣ୍ଡନରେ ଦିନ ୧୨ ଘଣ୍ଟା ସମୟରେ ଦିଲ୍ଲୀରେ ସଂଧ୍ୟା ୫ ଘଣ୍ଟା ୩୦ ମିନିଟ୍ କାହିଁକି ହୋଇଥାଏ ?

୨. ଠିକ୍ ଉତ୍ତରରେ ✓ ଚିହ୍ନ ଦିଅ ।

(କ) ମୂଳ ଦ୍ରାଘିମାରେଖା କେତେ ଡ଼ିଗ୍ରୀ ?

(କ) ୯୦° (ଖ) ୦° (ଗ) ୬୦° (ଘ) ୧୮୦°

(ଖ) ଗ୍ରୀଷ୍ମମଣ୍ଡଳ ମଝିରେ ନିମ୍ନଲିଖିତ କେଉଁଟି ଅଛି ?

(କ) କର୍କଟକ୍ରାନ୍ତି (ଖ) ବିଷୁବରେଖା (ଗ) ମକରକ୍ରାନ୍ତି (ଘ) କୁମେରୁବୃତ୍ତ

(ଗ) ସର୍ବମୋଟ ଦ୍ରାଘିମା ରେଖା କେତୋଟି ରହିଛି ?

(କ) ୩୬୦ (ଖ)୧୮୦ (ଗ) ୯୦ (ଘ)୨୪୦

(ଘ) କୁମେରୁ ବୃତ୍ତର ଅବସ୍ଥିତି ?

(କ) ଉତ୍ତର ଗୋଲାର୍ଦ୍ଧ (ଖ) ଦକ୍ଷିଣ ଗୋଲାର୍ଦ୍ଧ (ଗ) ପୂର୍ବ ଗୋଲାର୍ଦ୍ଧ (ଘ) ପଶ୍ଚିମ ଗୋଲାର୍ଦ୍ଧ

୩. ଗୋଟିଏ ଗ୍ଲୋବର ଚିତ୍ର ଅଙ୍କନ କରି ପୃଥିବୀର ମୁଖ୍ୟ ସାତୋଟି ସମାକ୍ଷରେଖା ଦର୍ଶାଅ ।

ତୁମ ପାଇଁ କାମ

ମାନଚିତ୍ର ସାହାଯ୍ୟରେ ନିମ୍ନ ସାରଣୀଟି ପୂରଣ କର ।

ସହର	ଅକ୍ଷାଂଶ	ଦ୍ରାଘିମା	ଭାରତରେ ସମୟ ଯେତେବେଳେ ସକାଳ ୬ ଘଣ୍ଟା **ସଂପୃକ୍ତ** ସହରରେ ସମୟ କେତେ ହୋଇଥିବ ?
ଲଣ୍ଡନ			
ବେଜିଂ			
ଟୋକିଓ			
ପ୍ୟାରିସ୍			
କାନ୍‌ବେରା			
ସାଣ୍ଟିଆଗୋ			
କେପ୍‌ଟାଉନ			
ହୋବାର୍ଟ			
ନ୍ୟୁୟର୍କ			
ବାଗ୍‌ଦାଦ୍			

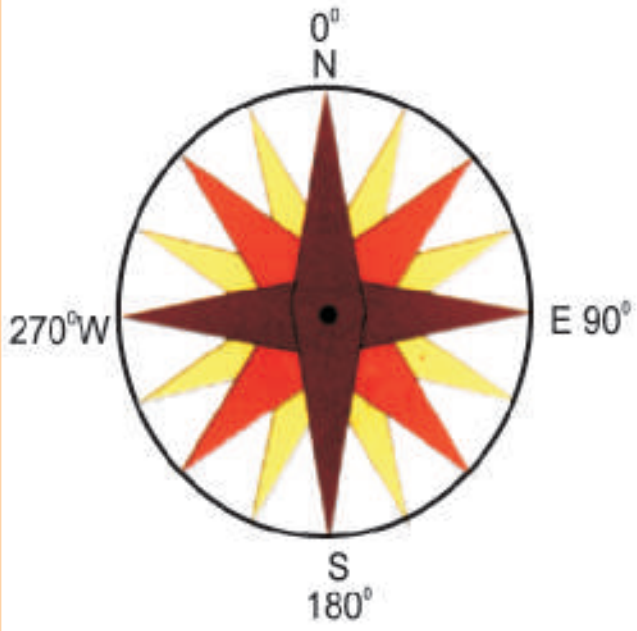

ତୃତୀୟ ଅଧ୍ୟାୟ

DFVXXH

ମାନଚିତ୍ର ଅଧ୍ୟୟନ

ପୃଥିବୀର ସବୁ ଅଂଶକୁ ଏକା ଥରରେ ଦେଖିବା ସମ୍ଭବ ନୁହେଁ। ତେଣୁ ପୃଥିବୀ ବିଷୟରେ ସବିଶେଷ ଜାଣିବା ପାଇଁ ଭୂ-ଗୋଲକ ଏବଂ ମାନଚିତ୍ର ଆବଶ୍ୟକ ପଡ଼ିଥାଏ। ପୂର୍ବରୁ ଭୂ-ଗୋଲକ ସମ୍ବନ୍ଧରେ ଅଧ୍ୟୟନ କରିଛ । ଏହା ପୃଥିବୀର ପ୍ରତିରୂପ। ଏଥିରୁ ପୃଥିବୀର ବିଭିନ୍ନ ମହାଦେଶ, ମହାସାଗରର ଅବସ୍ଥିତି, ଆକାର, ଆକୃତି ସମ୍ବନ୍ଧରେ ଧାରଣା କରିହୁଏ। ମାତ୍ର ବିଶାଳ ପୃଥିବୀ ତୁଳନାରେ ଏହା ଅନେକ ଛୋଟ। ଫଳରେ ଛୋଟ ଛୋଟ ସ୍ଥାନଗୁଡ଼ିକର ସବିଶେଷ ତଥ୍ୟ ଏଥିରୁ ମିଳିନଥାଏ। ତେଣୁ ମାନଚିତ୍ର ଉପରେ ନିର୍ଭର କରାଯାଇଥାଏ। ମାନଚିତ୍ରରେ ଛୋଟ ତଥା ବଡ଼ ଅଞ୍ଚଳ ପାଇଁ ବିଭିନ୍ନ ମାନର ମାନଚିତ୍ର ପ୍ରସ୍ତୁତ କରାଯାଇଥାଏ। ମାନଚିତ୍ରରେ ସମଗ୍ର ପୃଥିବୀ ଅଥବା ଏହାର ଅଂଶକୁ ଏକ ସମତଳ କାଗଜ ଉପରେ ଏକ ନିର୍ଦ୍ଦିଷ୍ଟ ମାନରେ ଦର୍ଶାଯାଇଥାଏ। **ମାନ ବା ସ୍କେଲ୍‌ର ବ୍ୟବହାର କରାଯାଉଥିବାରୁ ଏହାକୁ ମାନଚିତ୍ର କୁହାଯାଏ।**

ପୃଥିବୀ, ମହାଦେଶ, ମହାସାଗର, ଦେଶ, ସହର, ଗ୍ରାମ ପାଇଁ ଭିନ୍ନ ଭିନ୍ନ ମାନର ମାନଚିତ୍ର ପ୍ରସ୍ତୁତ କରାଯାଏ। ମାନଚିତ୍ରଗୁଡ଼ିକୁ ଯେକୌଣସି ସ୍ଥାନକୁ ସହଜରେ ନେବା ଆଣିବା କରି ହୁଏ। ବିଭିନ୍ନ ପ୍ରକାରର ଅନେକ ମାନଚିତ୍ର ପୁସ୍ତକ ଆକାରରେ ପ୍ରକାଶିତ ହେଲେ, ତାହାକୁ **'ଆଟଲାସ୍'** କୁହାଯାଏ।

ମାନଚିତ୍ର ବିଭିନ୍ନ ପ୍ରକାରର ହୋଇଥାଏ। ଯଥା : ପ୍ରାକୃତିକ ମାନଚିତ୍ର, ରାଜନୀତିକ ମାନଚିତ୍ର ଏବଂ ତଥ୍ୟଭିତ୍ତିକ ବା ପ୍ରାସଙ୍ଗିକ ମାନଚିତ୍ର।

ପ୍ରାକୃତିକ ମାନଚିତ୍ର : ପ୍ରାକୃତିକ ତଥ୍ୟାବଳୀକୁ ନେଇ ପ୍ରସ୍ତୁତ ମାନଚିତ୍ରକୁ ପ୍ରାକୃତିକ ମାନଚିତ୍ର କୁହାଯାଏ। ପ୍ରାକୃତିକ ତଥ୍ୟାବଳୀ ମୁଖ୍ୟତଃ ପ୍ରକୃତି ସୃଷ୍ଟ ପର୍ବତ, ମାଳଭୂମି, ସମତଳ ଭୂମି, ନଦୀ, ସାଗର, ଅରଣ୍ୟ, ଜୀବଜନ୍ତୁ, ଜଳବାୟୁ ପ୍ରଭୃତିକୁ ବୁଝାଏ। ତେଣୁ ଯେକୌଣସି ସ୍ଥାନର ପ୍ରାକୃତିକ ବିଭାଗଗୁଡ଼ିକ ସମ୍ବନ୍ଧରେ ଜାଣିବାକୁ ହେଲେ ସେ ସ୍ଥାନର ପ୍ରାକୃତିକ ମାନଚିତ୍ର ପଠନର ଆବଶ୍ୟକ ହୋଇଥାଏ।

ରାଜନୀତିକ ମାନଚିତ୍ର : ରାଜନୀତିକ ତଥ୍ୟାବଳୀକୁ ନେଇ ପ୍ରସ୍ତୁତ ମାନଚିତ୍ରକୁ ରାଜନୀତିକ ମାନଚିତ୍ର କୁହାଯାଏ। ଏଥିରେ ମହାଦେଶ, ଦେଶ, ପ୍ରଦେଶ, ଜିଲ୍ଲା, ରାଜଧାନୀ ତଥା ବିଭିନ୍ନ ଅଞ୍ଚଳର ସୀମା ଦର୍ଶାଯାଇଥାଏ।

ତଥ୍ୟଭିତ୍ତିକ ବା ପ୍ରାସଙ୍ଗିକ ମାନଚିତ୍ର : ଏହି ମାନଚିତ୍ରରେ କୌଣସି ଗୋଟିଏ ପ୍ରସଙ୍ଗ ବା ତଥ୍ୟ ଉପସ୍ଥାପନ କରାଯାଇଥାଏ। ଶିଳ୍ପ ମାନଚିତ୍ର, ରେଳପଥ ମାନଚିତ୍ର, ସଡ଼କ ମାନଚିତ୍ର, ଅରଣ୍ୟ ମାନଚିତ୍ର ଆଦି ଗୋଟିଏ ଗୋଟିଏ ପ୍ରାସଙ୍ଗିକ ମାନଚିତ୍ର। ସେହିପରି ବୃଷ୍ଟିପାତ ମାନଚିତ୍ରରୁ ଭାରତର ବିଭିନ୍ନ ଅଞ୍ଚଳର ହାରାହାରି ବୃଷ୍ଟିପାତ ସମ୍ବନ୍ଧରେ ଜଣାପଡ଼ିଥାଏ।

ମାନଚିତ୍ରର ମୌଳିକ ବୈଶିଷ୍ଟ୍ୟ

ପ୍ରତ୍ୟେକ ମାନଚିତ୍ରର ତିନୋଟି ମୌଳିକ ବୈଶିଷ୍ଟ୍ୟ ଥାଏ । ଯଥା :- ଦୂରତା, ଦିଗ ଓ ସଙ୍କେତ ।

ଦୂରତା :

ମାନଚିତ୍ରରେ ବିଶାଳ ପୃଥିବୀକୁ ଏକ ଛୋଟ କାଗଜ ମଧ୍ୟରେ ସୀମିତ କରାଯାଇଥାଏ । ଏତେ ବଡ଼ ପୃଥିବୀ ଛୋଟ କାଗଜ ଭିତରେ ରହିଲା କିପରି ? 'ମାନ'ର ବ୍ୟବହାର ଦ୍ୱାରା ଏହା ସମ୍ଭବ ହୋଇଥାଏ । ପୃଥିବୀ ପୃଷ୍ଠରେ ଅବସ୍ଥିତ ଦୁଇଟି ସ୍ଥାନ ମଧ୍ୟରେ ଥିବା ଦୂରତ୍ୱକୁ ମାନଚିତ୍ର ଉପରେ ମାତ୍ର ଅଳ୍ପ କେତେ ସେଣ୍ଟିମିଟରରେ ଦର୍ଶାଯାଇଥାଏ । ମନେକର, ତୁମ ଘର ଓ ବିଦ୍ୟାଳୟ ମଧ୍ୟରେ ଦୂରତା ତିନି କିଲୋମିଟର । ଏହି ପ୍ରକୃତ ଦୂରତା କାଗଜ ଉପରେ ଦର୍ଶାଇବା ପାଇଁ ତିନି କି.ମି ଲମ୍ବର କାଗଜ ମିଳିବ କେଉଁଠୁ ? କାଗଜର ଲମ୍ବ କୋଡ଼ିଏ ସେଣ୍ଟିମିଟର ବା ଅଳ୍ପ ଅଧିକ ହୋଇପାରେ । ତେବେ କରିବା କ'ଣ ? କାଗଜ ଉପରେ ଛଅ ସେଣ୍ଟିମିଟର ଲମ୍ବର ଗାର ଟାଣ । ଏହାକୁ ଛଅ ସମାନ ଭାଗରେ ବିଭକ୍ତ କର । ଯଦି ଏହି ଗାରର ଲମ୍ବ ୬ ସେଣ୍ଟିମିଟର ଭୂମି ଉପରର ୩ କି.ମି. ଦୂରତାକୁ ଦର୍ଶାଏ, ତେବେ ପ୍ରତି ସେଣ୍ଟିମିଟର କେତେ ଦୂରତା ଦର୍ଶାଇବ ହିସାବ କର । ପୃଥିବୀ ପୃଷ୍ଠର ଦୁଇଟି ସ୍ଥାନର ପ୍ରକୃତ ଦୂରତା ଏବଂ ମାନଚିତ୍ର ଉପରେ ଥିବା ସ୍ଥାନଦୁଇଟିର ଦୂରତାର ଅନୁପାତକୁ 'ମାନ' କୁହାଯାଏ । ପ୍ରତ୍ୟେକ ମାନଚିତ୍ରରେ ଭିନ୍ନ ଭିନ୍ନ ମାନ ବ୍ୟବହୃତ ହୁଏ । ମାନଚିତ୍ରରେ ଏହାର ସୂଚନା ଦିଆଯାଇଥାଏ ।

ମାନ ଭିତ୍ତିରେ ମାନଚିତ୍ର ଦୁଇଟି ଶ୍ରେଣୀରେ ବିଭକ୍ତ । ଯଥା :- **ବୃହତ୍‌ମାନ ବିଶିଷ୍ଟ ମାନଚିତ୍ର** ଓ **କ୍ଷୁଦ୍ରମାନ ବିଶିଷ୍ଟ ମାନଚିତ୍ର** ।

ବୃହତ୍‌ମାନ ବିଶିଷ୍ଟ ମାନଚିତ୍ରରେ ଛୋଟ ଅଞ୍ଚଳ ତଥା ସହର, ନଗର, ଗ୍ରାମ ଆଦି ଦର୍ଶାଯାଇଥାଏ । ଏଥିରେ ବିଭିନ୍ନ ସ୍ଥାନର ସବିଶେଷ ବିବରଣୀ ମିଳିଥାଏ ।

ପୃଥିବୀ, ମହାଦେଶ, ମହାସାଗର ତଥା ବିଭିନ୍ନ ଦେଶର ମାନଚିତ୍ର କ୍ଷୁଦ୍ରମାନରେ ପ୍ରକାଶ କରାଯାଇଥାଏ । ଛୋଟ କାଗଜରେ ବଡ଼ ଅଞ୍ଚଳକୁ ଦର୍ଶାଯାଇଥିବାରୁ ଏଥିରୁ ସବିଶେଷ ବିବରଣୀ ମିଳି ନଥାଏ ।

ଦିଗ :

ପ୍ରାୟ ପ୍ରତ୍ୟେକ ମାନଚିତ୍ରର ଦକ୍ଷିଣ ପାର୍ଶ୍ୱର ଉପରି ଭାଗରେ ଏକ ତୀର ଚିହ୍ନ ଥାଏ । ଏହାକୁ **ଦିଗ ସୂଚକ ରେଖା** ବା **ଉତ୍ତରରେଖା** କୁହାଯାଏ । ଏହା ଉତ୍ତର ଦିଗ ହିଁ ଦର୍ଶାଇଥାଏ ।

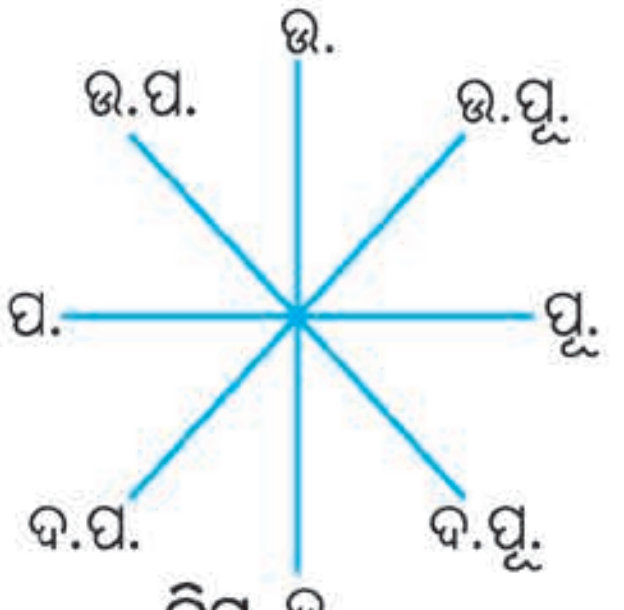

ଦିଗ

ମାନଚିତ୍ରର ଉପରିଭାଗ ଉତ୍ତର ଓ ନିମ୍ନଭାଗ ଦକ୍ଷିଣ ଦିଗ ଅଟେ । ମାନଚିତ୍ର ଆଡ଼କୁ ମୁହଁ କରି ଛିଡ଼ା ହେଲେ ତୁମର ଡାହାଣ ହାତ ଆଡ଼କୁ ପୂର୍ବ ଦିଗ ଏବଂ ବାମହାତ ଆଡ଼କୁ ପଶ୍ଚିମ ଦିଗ ହୋଇଥାଏ । ସୁତରାଂ ଉତ୍ତର, ଦକ୍ଷିଣ, ପୂର୍ବ ଓ ପଶ୍ଚିମ ଚାରୋଟି ମୁଖ୍ୟ ଦିଗ । ଏହି ମୁଖ୍ୟ ଦିଗଗୁଡ଼ିକର ଆଉ ଚାରୋଟି ମଧ୍ୟବର୍ତ୍ତୀ

ଦିଗ ରହିଛି । ସେଗୁଡ଼ିକ ହେଲେ : ଉତ୍ତର -ପୂର୍ବ (ଐଶାନ୍ୟ), ଦକ୍ଷିଣ-ପୂର୍ବ (ଅଗ୍ନି), ଦକ୍ଷିଣ-ପଶ୍ଚିମ (ନୈଋତ) ଏବଂ ଉତ୍ତର-ପଶ୍ଚିମ (ବାୟୁ) । ଯେକୌଣସି ସ୍ଥାନର ସଠିକ୍ ଅବସ୍ଥିତି ଦର୍ଶାଇବା ପାଇଁ ଏହି ମଧ୍ୟବର୍ତ୍ତୀ ଦିଗଗୁଡ଼ିକ ଯଥେଷ୍ଟ ସାହାଯ୍ୟ କରିଥାଆନ୍ତି ।

ତୁମେମାନେ କମ୍ପାସ ଯନ୍ତ୍ର ସାହାଯ୍ୟରେ ମଧ୍ୟ ଦିଗ ନିରୂପଣ କରିପାରିବ । ଏହି ଯନ୍ତ୍ର ମଧ୍ୟରେ ଏକ ଚୁମ୍ବକୀୟ ସୂଚକ ରହିଛି । ଚୁମ୍ବକୀୟ ସୂଚକର ଉପରେ ଥିବା ତୀର ଚିହ୍ନ ଉତ୍ତର ଦିଗ ଦର୍ଶାଇଥାଏ । ସ୍ଥିର ଅବସ୍ଥାରେ ମଧ୍ୟ ସୂଚକଟି ସର୍ବଦା ଉତ୍ତର-ଦକ୍ଷିଣ ହୋଇ ରହିଥାଏ ।

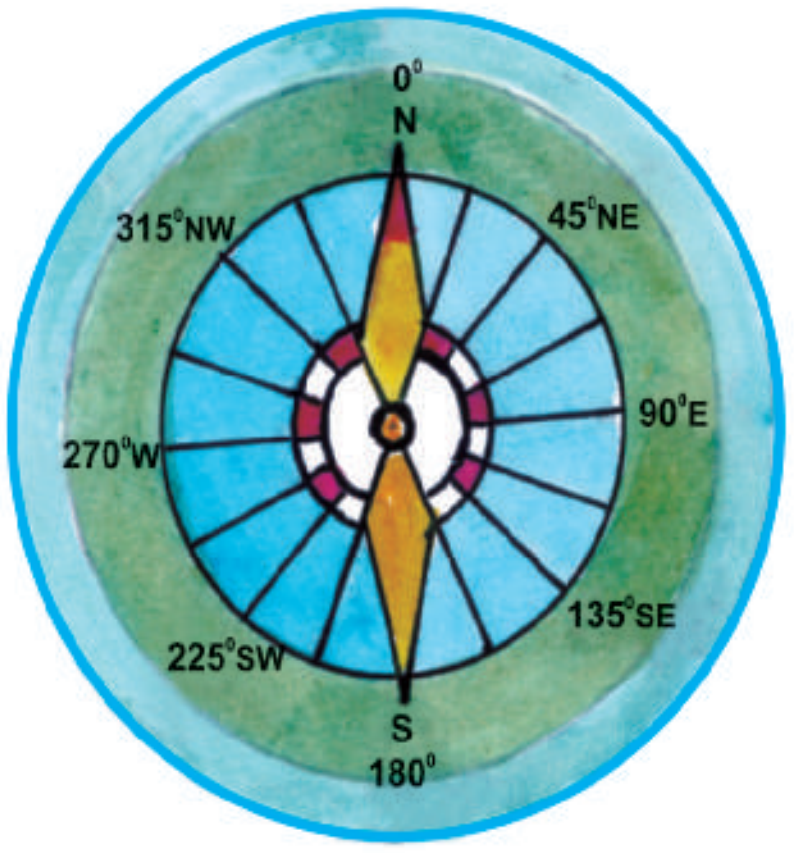

କମ୍ପାସ

ସଙ୍କେତ :

ମାନଚିତ୍ରରେ ଘର, ରାସ୍ତା, ମନ୍ଦିର, ପୋଲ, ବୃକ୍ଷ ଆଦିର ଆକାର ଓ ଆକୃତି ସଠିକ୍ ଭାବେ ଦର୍ଶାଇବା ସମ୍ଭବ ନୁହେଁ । ଏଗୁଡ଼ିକୁ ଅକ୍ଷର, ଛାୟାଚିତ୍ର, ଚିତ୍ର, ରଙ୍ଗ, ରେଖା ଆଦି ସଙ୍କେତ ଦ୍ୱାରା ମାନଚିତ୍ରରେ ଦର୍ଶାଇ ଦିଆଯାଇଥାଏ । ଭିନ୍ନ ଭିନ୍ନ ବିଷୟକୁ ଭିନ୍ନ ଭିନ୍ନ ସଙ୍କେତ ମାଧ୍ୟମରେ ଦର୍ଶାଇବା ମାନଚିତ୍ରର ବିଶେଷତ୍ୱ ।

ରେଳରାସ୍ତା : ବ୍ରଡଗଜ୍, ମିଟରଗଜ୍, ରେଳଷ୍ଟେସନ

ରାସ୍ତା : ପକ୍କାରାସ୍ତା, କଚ୍ଚାରାସ୍ତା

ସୀମା : ଆନ୍ତର୍ଜାତିକ, ପ୍ରଦେଶ, ଜିଲ୍ଲା

ନଦୀ, କୂଅ, ପୋଖରୀ, କେନାଲ, ପୋଲ

ମନ୍ଦିର, ଗୀର୍ଜା, ମସ୍‌ଜିଦ୍

ଡାକଘର, ଡାକ ଓ ତାର ଅଫିସ୍, ଥାନା

ଜନବସତି, ଶ୍ମଶାନ

ଗଛ, ଘାସ

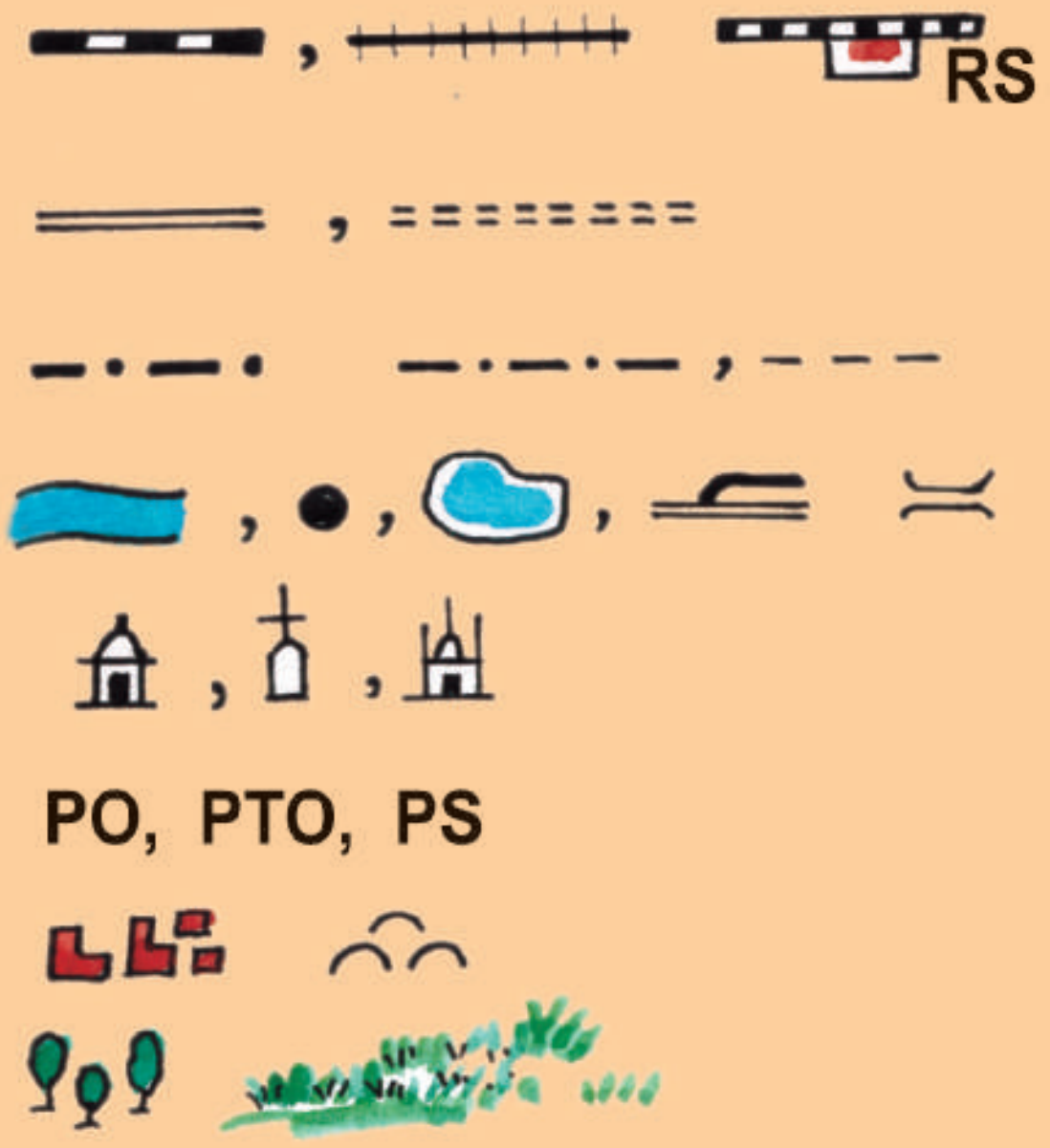

ଆନ୍ତର୍ଜାତିକ ରାଜିନାମା ଅନୁସାରେ ପ୍ରତ୍ୟେକ ମାନଚିତ୍ରରେ ପ୍ରତ୍ୟେକ ବିଷୟ ପାଇଁ ନିର୍ଦ୍ଦିଷ୍ଟ ସଙ୍କେତ ବ୍ୟବହାର କରାଯାଏ । ଏଗୁଡ଼ିକୁ 'ପ୍ରଚଳିତ ସଙ୍କେତ' କୁହାଯାଏ । କୌଣସି ଦେଶର ଭାଷା ନ ଜାଣିଲେ ମଧ୍ୟ 'ପ୍ରଚଳିତ ସଙ୍କେତ' ସହାୟତାରେ ସେ ଦେଶର ଭୌଗୋଳିକ ତଥ୍ୟ ସମ୍ବନ୍ଧରେ ଆମେ ଅବଗତ ହୋଇପାରିବା ।

ସଙ୍କେତ ଭିନ୍ନ କେତେକ ଆନ୍ତର୍ଜାତିକ ରଙ୍ଗର ବ୍ୟବହାର ମଧ୍ୟ କରାଯାଏ । ନୀଳରଙ୍ଗ ଦ୍ୱାରା ଜଳରାଶିକୁ ସୂଚାଇ ଦିଆଯାଇଥାଏ । ଗାଢ଼ ନୀଳରଙ୍ଗ ଗଭୀର ଜଳରାଶି, ହାଲୁକା ନୀଳରଙ୍ଗ ଅଗଭୀର ଜଳରାଶି, ସବୁଜରଙ୍ଗ ସମତଳଭୂମି, ଗାଢ଼ ବାଦାମୀରଙ୍ଗ ଉଚ୍ଚ ପର୍ବତଭୂମି ଓ ହାଲୁକା ବାଦାମୀରଙ୍ଗ ପାହାଡ଼କୁ ସୂଚାଇଥାଏ ।

ରେଖାଚିତ୍ର

ରେଖାଗୁଡିକ ସାହାଯ୍ୟରେ ବିଭିନ୍ନ ସ୍ଥାନର ଓ ପଦାର୍ଥର ଅବସ୍ଥିତି ଜାଣିବା ପାଇଁ ମନରୁ ଯେଉଁ ଚିତ୍ର ଅଙ୍କାଯାଏ, ତାହାକୁ ରେଖାଚିତ୍ର କୁହାଯାଏ । ଏଥିରେ ମାନ ବ୍ୟବହୃତ ହୋଇନଥାଏ । ତୁମେ ରେଖା ସାହାଯ୍ୟରେ ଭାରତର ରେଖାଚିତ୍ର ଆଙ୍କିପାରିବ । ମାତ୍ର ମାନ ନଥିବାରୁ ଏଥିରେ ଥିବା ଦୁଇଟି ସ୍ଥାନର ଦୂରତ୍ୱ ମାପି ହେବନାହିଁ ।

ତୁମ ପାଇଁ କାମ

ବିଭିନ୍ନ ସାଂକେତିକ ଚିହ୍ନ ସାହାଯ୍ୟରେ ତୁମ ଗ୍ରାମର ଏକ ରେଖା ଚିତ୍ର ପ୍ରସ୍ତୁତ କର ।

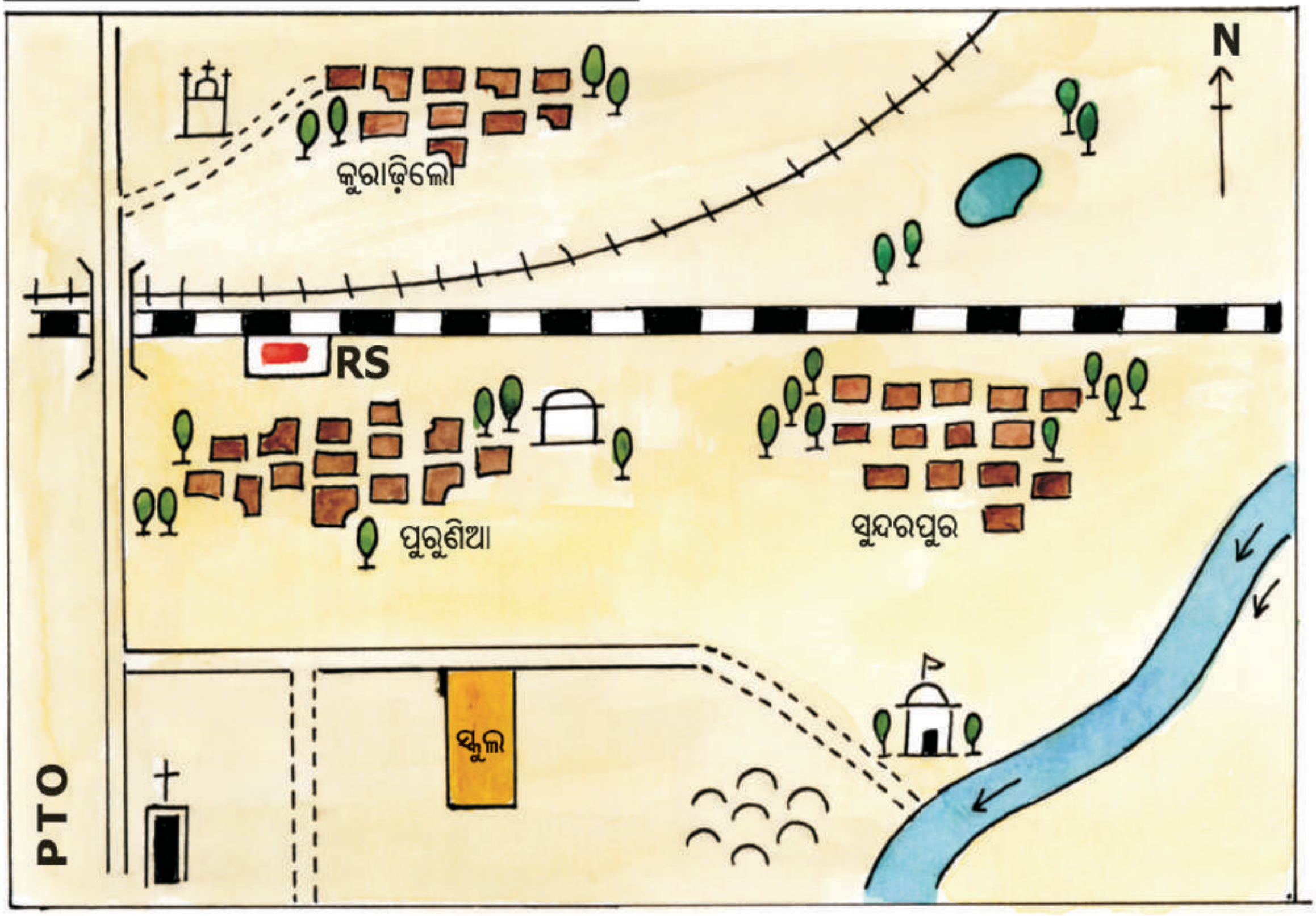

ସୁନ୍ଦରପୁର ଗାଁ ଓ ତା'ର ଚାରିକଡ଼େ ଥିବା ଗାଁଗୁଡିକର ରେଖାଚିତ୍ର